Subject : Date :

اللولبية ← مزيج من الحركة والانزلاق
لازم عندي قوة وانزلاق ويكون خط عمل القوى يوازي
خط عمل الانزلاق
حاصل الضرب بتعامد يساوي صفر
مثل البرجلة تبعت الخط

$M_1 = M_0 - r \wedge F$ ①

$F \wedge M_1 = F \wedge (M_0 - r \wedge F) = F \wedge M_0 - F \wedge (r \wedge F)$

$F \wedge (r \wedge F) \xrightarrow{\text{بتفكيك}} (F \cdot F) r + (F \cdot r) F$

$= F \wedge M_0 - F^2 r + (F \cdot r) F = 0$

$r = \frac{F \wedge M_0}{F^2} + \frac{(F \cdot r) F}{F^2} \rightarrow r = \frac{F \wedge M_0}{F^2} + \lambda F$ ③ ②

استنتج معادلة محور اللولبية او معادلة (ابواسو)
بتعويض ① في ② وبتغيير ③

$M = M_0 - \left[ \frac{F \wedge M_0}{F^2} + \lambda F \right] \wedge F$

$M = M_0 + \frac{1}{F^2} (F \cdot M_0) F - (F \cdot F) M_0 + \lambda (F \wedge F)$ صفر

$M = M_0 + \frac{F \cdot M_0}{F^2} F - M_0$

$M = \frac{F \cdot M_0}{F^2} F \rightarrow \frac{M}{F} = \frac{F \cdot M_0}{F^2} = P$

ATTAR LUXOR

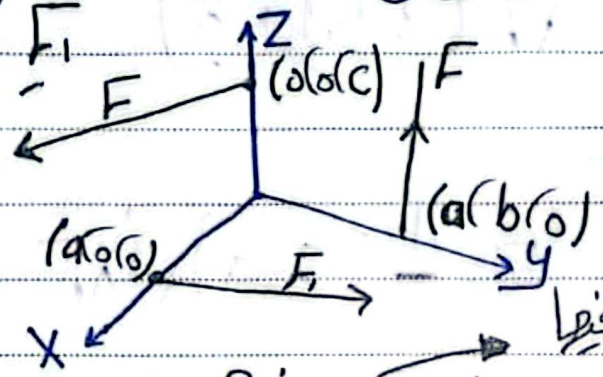
ادرس اللولبية ← معادله المحور (١- جيب تمام الحوه اتجاهها ٢- متجهات الوضع التاثير فيها الحوة ٣- محصله القوى ٤- العزم) ← قبل ما اعوض في اللولبية

Subject : $\underline{r} = \underline{F} \wedge \underline{M_0} + \lambda \underline{F}$ Date

$$\frac{\underline{F}^2}{}$$

$$X\underline{i} + Y\underline{j} + Z\underline{k} = \frac{1}{F^2} \begin{vmatrix} \underline{i} & \underline{j} & \underline{k} \\ F_x & F_y & F_z \\ M_x & M_y & M_z \end{vmatrix} + \lambda (F_x\underline{i} + F_y\underline{j} + F_z\underline{k})$$

مثال ثلاث قوى متساوية تؤثر في ثلاث نقاط




منحنى الوضع لنقطه تؤثر فيها هذه النقطة

كميه متجهة $\underline{F_1} = F\underline{j}$ $\underline{r_1} = a\underline{i}$

$\underline{F_2} = F\underline{k}$ $\underline{r_2} = b\underline{j}$

$\underline{F_3} = F\underline{i}$ $\underline{r_3} = c\underline{k}$

محصلة $\underline{R} = F(\underline{i} + \underline{j} + \underline{k})$

$|R| = \sqrt{3}F$ مقدار المحصلة

$R^2 = 3F^2$

$\underline{M} = \underline{r_1} \wedge \underline{F_1} + \underline{r_2} \wedge \underline{F_2} + \underline{r_3} \wedge \underline{F_3}$

العزم يساوي

$F(b\underline{i} + c\underline{j} + a\underline{k})$

$P = \frac{F \cdot M_0}{F^2}$

حول نقطه ATTAR

$P = \frac{F^2 b + F^2 c + F^2 a}{3F^2}$

LUXOR

$\rightarrow \frac{a+b+c}{3}$

$$\underset{R}{r} = \frac{\underset{F}{r} \wedge \underset{M_0}{M_0}}{F^2} + \lambda \underset{F}{F} \to R$$

نجد ونأخذ منه عامل مشترك

$$X\underset{i}{i} + y\underset{j}{j} + Z\underset{k}{k} = \frac{1}{3F^2} \begin{vmatrix} \underset{i}{i} & \underset{j}{j} & \underset{k}{k} \\ F & F & F \\ F_b & F_c & F_a \end{vmatrix} + \lambda(F\underset{i}{i} + F\underset{j}{j} + F\underset{k}{k})$$

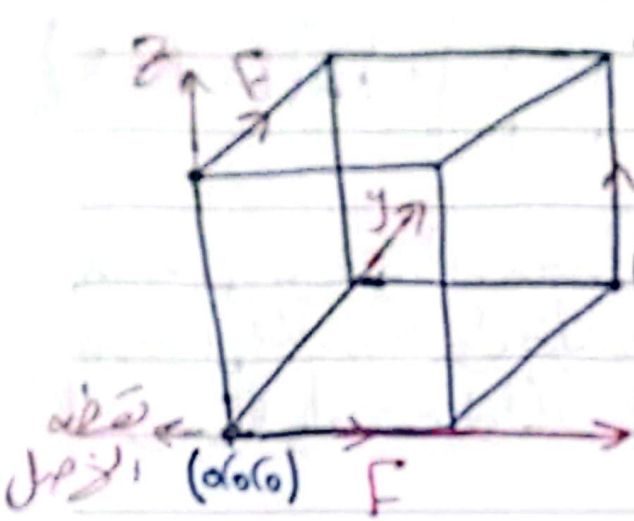
$$= \frac{1}{3} \begin{vmatrix} \underset{i}{i} & \underset{j}{j} & \underset{k}{k} \\ 1 & 1 & 1 \\ b & c & a \end{vmatrix} + \lambda F(\underset{i}{i} + \underset{j}{j} + \underset{k}{k})$$

$$X = \frac{1}{3}(a - c) + \lambda F \qquad Z = \frac{1}{3}(c - a) + \lambda F$$

$$y = \frac{1}{3}(b - a) + \lambda F$$

$$X - \frac{1}{3}(a - c) = y - \frac{1}{3}(b - a) = Z - \frac{1}{3}(c - a)$$

Subject Date




مكعب تؤثر فيه القوى الآتية
طول ضلعه A
اكتب القوة بشكل اتجاهي

$F_1 = F\,i$ $r_1 = (o,o,o)$

$F_2 = F\,k$ $r_2 = (a,a,o)$

$F_3 = F\,j$ $r_3 = (o,o,a)$

$$R = F(i + j + k)$$

$$|R| = \sqrt{3}\,F \longrightarrow R^2 = 3F^2$$

$$M = \left| \quad \right| + \left| \quad \right| + \left| \quad \right|$$

$$= -aF(i + j + k)$$

$$P = \frac{F \cdot M_o}{F^2} = \frac{F(i+j+k)\cdot aF(i+j+k)}{3F^2}$$

$$= \frac{aF^2}{3F^2}$$

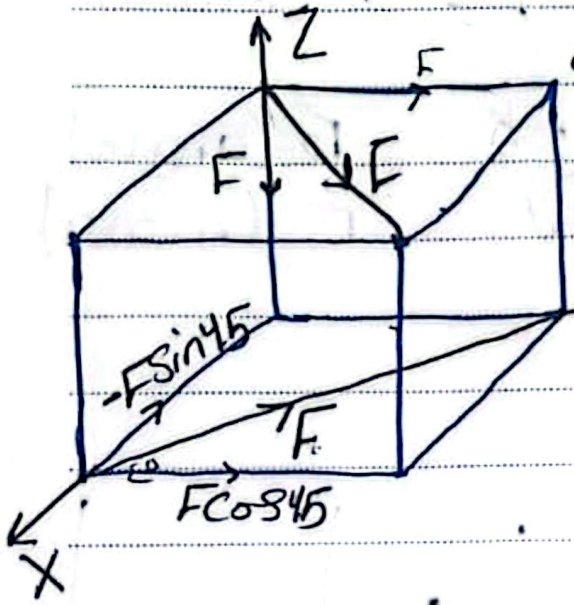
$$r = \frac{F \wedge M_o}{F^2} + \lambda F \longrightarrow F(i+j+k) - aF(i+j+k)$$

$$x\,i + y\,j + z\,k \qquad 3F^2$$

Subject : $\underline{r} = \frac{F \wedge M_0}{P^2} + \lambda \underline{P}$ Date :

$$X\underline{i} + Y\underline{j} + Z\underline{k} = \frac{-aP^2}{3P^2} \begin{vmatrix} \underline{i} & \underline{j} & \underline{k} \\ 1 & 1 & 1 \\ 1 & 1 & 1 \end{vmatrix} + \lambda P(\underline{i} + \underline{j} + \underline{k})$$

مثال تؤثر قوتان مقدار كل منها F في الكعب الآتي
بالشكل الذي طول ضلعه A
أدر سن اللولبية أو المحصلة الزوجية




$$\underline{F_1} = \frac{F}{P_2}(-\underline{i} + \underline{j})$$

$$r_1 = (a, 0, 0)$$

$$\underline{F_2} = \frac{F}{r_2}(\underline{i} + \underline{j})$$

$$r_2 = (0, 0, a)$$

$$\underline{R} = \frac{2F}{r_2}(\underline{j}) \rightarrow |\underline{R}| = \frac{2}{r_2} 2P^2$$

$$\underline{M} = \frac{F}{r_2} \begin{vmatrix} \underline{i} & \underline{j} & \underline{K} \\ a & 0 & 0 \\ -1 & 1 & 0 \end{vmatrix}$$

$$M_0 = r_1 \wedge F_1 + r_2 \wedge F_2$$

$$\frac{+F}{r_2} \begin{vmatrix} \underline{i} & \underline{j} & \underline{K} \\ 0 & 0 & a \\ 1 & 1 & 0 \end{vmatrix}$$

$$r_1 \wedge F_1 + r_2 \wedge F_2$$

$$\frac{F}{r_2} a\underline{K} + \frac{F}{r_2}(a\underline{i} + a\underline{j}) = \frac{aF}{r_2}(-\underline{i} + \underline{j} + \underline{K})$$